Olimpiada Mexicana de Matemáticas en Yucatán 2025-2026

ETAPA ENTIDAD – 14 DE MARZO

Duración máxima: 120 minutos

No puedes usar calculadora, celular u otro dispositivo electrónico.
Puedes pedir hojas en blanco para hacer cuentas
Únicamente serán tomadas en cuenta las respuestas que se encuentren dentro de la casilla correspondiente.

SELECCIONA

- ☐ 4º primaria
- ☐ 5º primaria
- ☐ 6º primaria
- ☐ 1º secundaria
- ☐ 2º secundaria
- ☐ 3º secundaria

NOMBRE: _____

Escuela: _____ **Municipio:** _____

PREGUNTA	RESPUESTA
1. Carlos debe trabajar 5 días de la semana, pero al escoger sus días no quiere que le toque trabajar sábado y domingo consecutivamente. ¿De cuántas maneras puede escoger los 5 días de trabajo de la semana?	
2. El número A es igual al resultado de la suma 2026+2027+2028+⋯+2100 (los puntos suspensivos indican que el patrón continúa). El número B es igual a 126+127+128+⋯+200. ¿Cuánto vale A-B?	
3. Si 30 plátanos cuestan lo mismo que 20 limones, y 60 limones cuestan lo mismo que 40 aguacates, ¿cuántos aguacates costarán lo mismo que 180 plátanos?	
4. En la figura se muestra un acomodo de cuadrados blancos y negros, que tiene 4 renglones horizontales. Si se construyera un arreglo similar, con 2025 renglones horizontales, y a la cantidad de cuadrados negros usados, se le resta la cantidad de cuadrados blancos usados, ¿cuál sería el resultado? 	
5. Pedro escoge dos números de la lista 2025, 2026, 2027, 2028, 2029, 2030, 2031, 2032. Si el resultado de sumar los dos números elegidos es par, ¿cuántas elecciones diferentes pudo hacer? Nota: **No importa** el orden en que escoja los números, solo cuáles fueron escogidos. Por ejemplo, escoger primero 2025 y luego el 2027 es lo mismo que escoger primero el 2027 y luego el 2025.	
6. Cuatro cuadrados pequeños se pegan a un rectángulo, para formar un cuadrado grande. Si la altura del rectángulo es de 2025 cm, ¿cuánto mide la altura del cuadrado grande? 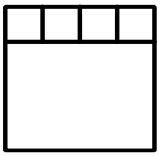	
7. Se usan palillos para formar la "escalera" de la figura, que tiene tres escalones. Observa que se usaron 18 palillos. ¿Cuántos escalones tendrá una escalera similar que use 550 palillos? 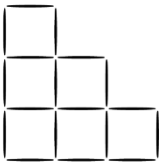	
8. Hugo, Paco y Luis tienen en la mesa una cartulina con forma de triángulo rectángulo isósceles, donde la base y la altura miden 16 cm. Hugo recorta un triángulo formado con los puntos medios de cada lado de la cartulina, y desecha en la basura el triángulo central. Después, Paco repite el proceso con los tres triángulos que quedaron en la mesa: en cada uno recorta un triángulo formado por los puntos medios de cada lado y desecha los triángulos centrales en la basura. Finalmente, Luis repite el proceso con los triángulos que hayan quedado en la mesa. ¡Qué desastre ya hicieron! ¿Cuál es el resultado de sumar las áreas de todos los triángulos que terminaron en la mesa? **Inicio** **Hugo recorta...**	
9. Los caballeros de la mesa cuadrada son Arturo, Alberto, Braulio, Bruno, César, Carlos, Daniel y David. Los lados de la mesa cuadrada están pintados con 4 colores diferentes: rojo, verde, azul y blanco y en cada lado de la mesa hay dos sillas. ¿De cuántas maneras se pueden acomodar en la mesa, si caballeros con la misma inicial deben sentarse en un mismo color?	
10. Si escoges dos números diferentes de la lista 20, 15, 21, 11, 23, 18, 25, 19, los sumas, y el resultado lo multiplicas por algún otro número de la lista, ¿cuál es el menor resultado final que puedes obtener?	